Estado	Finalizada
Iniciado o	
Completada en	
Tempo requirido	
Puntuacións	8,0/8,0
Cualificación	**10,0** alén dun máximo de 10,0 (**100**%)

Pregunta 1

Completa

Puntuación: 1,0 sobre 1,0

Dado el autómata finito no determinista AF = ({0, 1}, {A, B, C, D, E, F}, *f*, A, {F}), donde *f* es:

	0	1	**lambda**
->A	B	E	C
B	C		
C			A, D, F
D		E	F
E		F	
*F			D

En el proceso de obtención del autómata determinista equivalente se han definido los siguientes nuevos estados: q0={A, D, F}, q1={E}, q2={B}, q3={D, F}, q4={A, C, D, F}.

Pregunta: ¿Cuál es la clausura del estado "F"?

Introduce la respuesta respetando mayúsculas y minúsculas, en el orden de aparición dado por evaluación perezosa, con un espacio único entre letras, por ejemplo: "X Y Z" (sin comillas).

Resposta: F D

Pregunta 2

Completa

Puntuación: 1,0 sobre 1,0

Dado el autómata finito no determinista AF = ({0, 1}, {Z, A, B, C, D, E, F, G}, *f*, Z, {B, D, E, G}), donde *f* es:

	0	1	**lambda**
->Z			A
A	B, E	A	
*B		B	C
C	C	D	
*D			B
*E		E	F
F	F	G	
*G			E

En el proceso de obtención del autómata determinista equivalente se han definido los siguientes nuevos estados: q0={Z, A}, q1={A}, q2={B, C, E, F}, q3={B, C, D, E, F, G}, q4={C, F}.

Pregunta: d(q3, 0) = ???

Donde "d" es la función de transición. Introduce el estado o estados correspondientes separados por un único espacio, respetando mayúsculas/minúsculas y el orden dado.

Resposta: q4

Pregunta 3

Completa

Puntuación: 1,0 sobre 1,0

Dado el autómata finito no determinista AF = ({0, 1}, {A, B, C, D, E, F}, f, A, {C, E}), donde f es:

	0	1	**lambda**
->A	B		B
B	A	C	A
*C		D	A
D	F	F	E
*E		E	F
F	E		

En el proceso de obtención del autómata determinista equivalente se han definido los siguientes nuevos estados: q0={A, B}, q1={A, B, C}, q2={A, B, C, D, E, F}, q3={A, B, E, F}, q4={A, B, C, E, F}.

Pregunta: d(q2, 0) = ???

Donde "d" es la función de transición. Introduce el estado o estados correspondientes separados por un único espacio, respetando mayúsculas/minúsculas y el orden dado.

Resposta: q3

Pregunta 4

Completa

Puntuación: 1,0 sobre 1,0

El autómata finito AF_ER1:

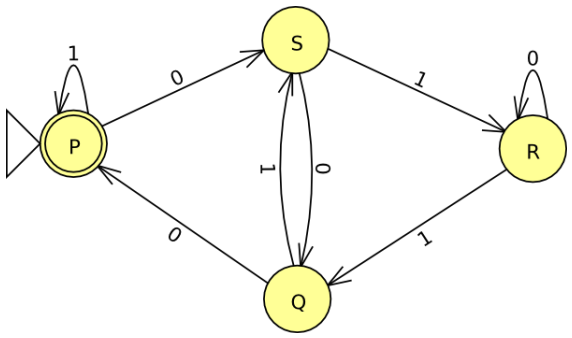

En el proceso de obtención de la expresión regular simplificada que representa el lenguaje reconocido por dicho autómata, se ha seguido la siguiente secuencia de eliminación de estados: R, S, Q.

Pregunta: Tras eliminar el estado S, ¿cuál es la expresión regular de Q a Q? Introduce la expresión regular correspondiente sin espacios, por ejemplo: "0(10*+11)*" (sin comillas)

Resposta: 1(0+10*1)

Pregunta 5

Completa

Puntuación: 1,0 sobre 1,0

Dado el autómata finito determinista AF_ER2:

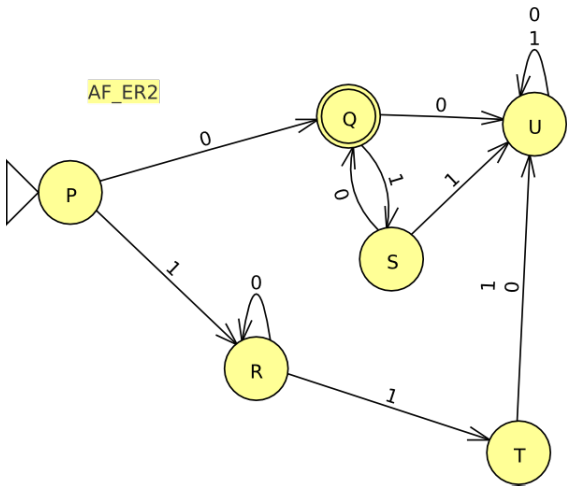

En el proceso de obtención de la expresión regular simplificada que representa el lenguaje reconocido por dicho autómata, se ha seguido la siguiente secuencia de eliminación de estados: U, T, R, S.

Seleccione unha ou máis:

- [ ] a. Tras eliminar el estado T, la expresión regular de P a R es 10*
- [ ] b. Tras eliminar el estado S, la expresión regular de Q a Q es (10)*.
- [x] c. El lenguaje del AF es 0(10)*
- [ ] d. Tras eliminar el estado R, la expresión regular de P a P es 10*

Pregunta 6

Completa

Puntuación: 1,0 sobre 1,0

Dado el autómata finito determinista AF_ER3:

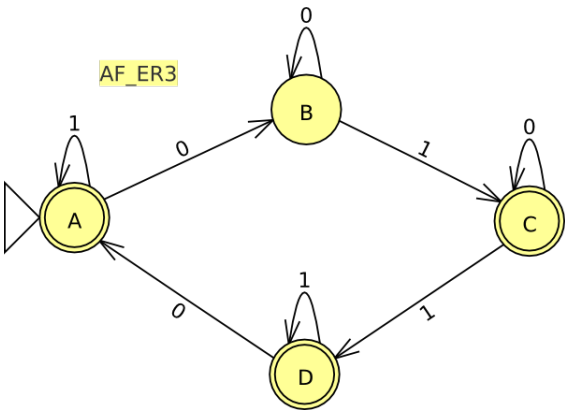

En el proceso de obtención de la expresión regular simplificada que representa el lenguaje reconocido por dicho autómata, se ha seguido la siguiente secuencia de eliminación de estados: B.

Seleccione unha ou máis:

- [x] a. L(C) = (1 + 00*10*11*0)* 00*10*
- [x] b. L(A) = (1 + 00*10*11*0)*
- [ ] c. Tras eliminar el estado B, la expresión regular de A a C es 00*10*
- [x] d. L(D) = (1 + 00*10*11*0)* 00*10*11*

Pregunta 7

Completa

Puntuación: 1,0 sobre 1,0

Dado el autómata finito ER_AF2a:

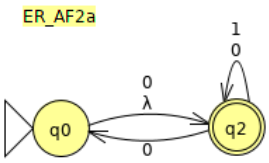

Este autómata reconoce el lenguaje dado por la expresión regular: (00)* (0+1)*

Seleccione unha

- (•) Verdadeiro
- ( ) Falso

Pregunta 8

Completa

Puntuación: 1,0 sobre 1,0

Dado el autómata finito ER_AF3c:

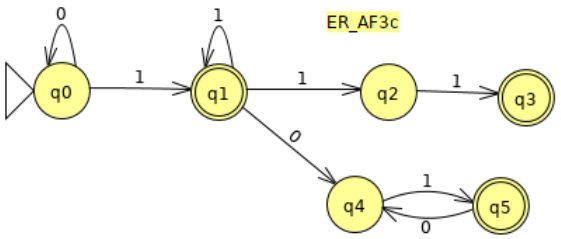

Este autómata reconoce el lenguaje dado por la expresión regular: $(0^*1^+)\{(01)^* + 11\}$

Seleccione unha

- (•) Verdadeiro
- ( ) Falso